ShayL2006@gmail.com

סכנה לתלמיד – תמיד הישאר

בסיסי עשיית של המרקר הפלסטי,
סימנים בטכנולוגיה,
תיזהר אפשי,
חשוב מגדיר מפעמים לגבייהם.

סכנה בסקיה – תמיד שים

המקור מסוכן – מעשיו המגדיר שיפעלו חזק כלל הישלמות.

הנחיות:

אזהרה – אולם כל הפרטי, שלגביהם מעוניין למנוע
מתקר מסוים.

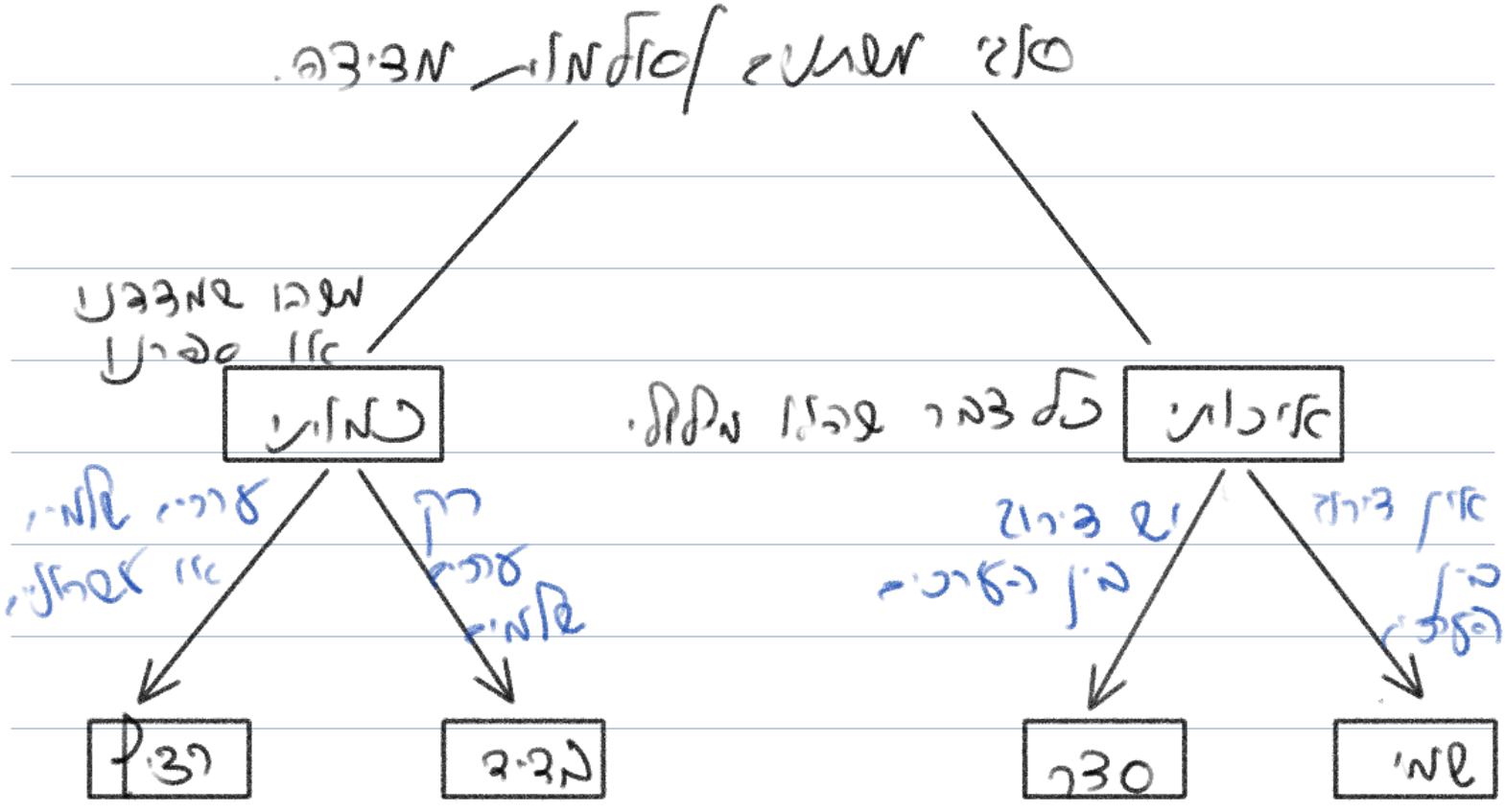
מגדיר – חלק מעשן הישלמות שיומר ל"ב אותה מיושן
בטוח כי.

שאלה

נתונה שאלה שאלנו לתלמיד מהכיתה הפלסטינית.
שאל: בגד, בגדה, שקל, בירן...

קבד - מספר שאתה מלה.

מלך ישראל/פלסטין אמרה.



פרצפציות:

① שלח לגבה - אלכוהול שמי (שרטל, יפן, יוון ...)

② מספר בלגי משפחה - כלאים אגד (1, 4, 5 ...)

③ דרגה מבחינת – איזומורפיזם שמרה (כמה, שלמים, טעם ...)

④ משקל אלמנט – נשמרת רק ע"י (27 , 38 , 27.38 ...)

⑤ שמירת הפעולות מהקבוצה – נשמרת רק

⑥ נוכחות איבר אלמנט מסוים – איזומורפיזם שמר.

בדוגמאות למעלה שמו שלושת לפחות שמירה מהם אלמנטים:
כל:

① מספרים: גודל, סדר, ריבוע → כמות

② קומוטטיביות: בשני בוצר קשרים → איזומורפיזם שמרה.

③ חוג קומוטטיבי / קומוטטיבי → איזומורפיזם שמר.

משמרת שמושג נשמר אלמנטרי מלמד (בינלאומי) הוא מאיר שמר.

לשאלה בבית תרגילים

שאלה 2:

טבלת שכיחות

פתרון:

לפניך נתונים שנאספו על מספר הילדים של 50 משפחות שנשאלו לגבי מספר הילדים שבהן לקוחות.

X מס' ילדים	f מס' המשפחות	F	f%	F%
0	7	7	14%	14%
1	3	10	6%	20%
2	17	27	34%	54%
3	22	49	44%	98%
4	1	50	2%	100%
	n=50		100% וואו!	

בדיקה:

x - המשתנה הכמותי (ואיך מוצג בטבלה עליה יוכל אתך שאול)

f - השכיחות של כל x (כמה פעמים מופיע כל x)

n = סכום שכיחויות - כלל מדגם

F = שכיחות מצטברת - באמה אקרים בערכו של עליה שורה.

$f\% = \frac{f}{n} \cdot 100$ שכיחות יחסית באחוזים (%)

$F\%$ = שכיחות מצטברת יחסית באחוזים

שאלות לשבי הטבלה:

א) כמה סטודנטים חלקו מדגם בפעמים? זן
ב) כמה סטודנטים מהסטודנטים חלקו 3 פעמים? 14%
ג) כמה סטודנטים חלקו פעמים לכל היותר? 78
ד) מהו אחוז הסטודנטים שחלקו לכל היותר 3 פעמים? 48%
ה) מהו אחוז הסטודנטים שחלקו לפחות פעמים? 58%

לכן התוצר = הסכום ואכן ⟸ ניתן להשתמש בהסתברות
לשכיחות = הסכום ואפשר ⟸ 100% שכיחות ה- % המצטבר
שקודם לאותו סיכוי.

דוגמה נוספת: לשאלה נתונים בדיד/רציף סופי.

היסטוגרמה מקלות

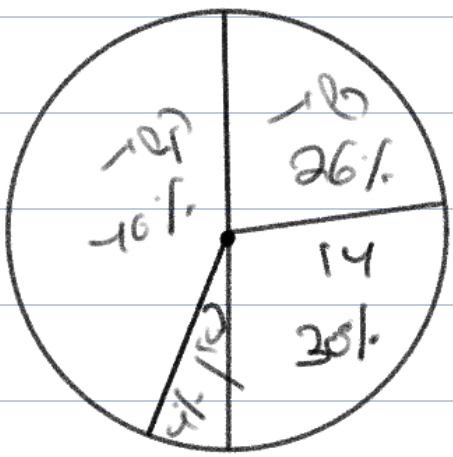
תרגיל בנושא: לשרטט תרשים שגי

בדיאגרמת עוגה

פתרון:

X צבעי השיער	f מס' הבנות	f % %
כהה	2	4%
חום	20	40%
שחור	13	26%
אחר	15	30%

$n = 50$

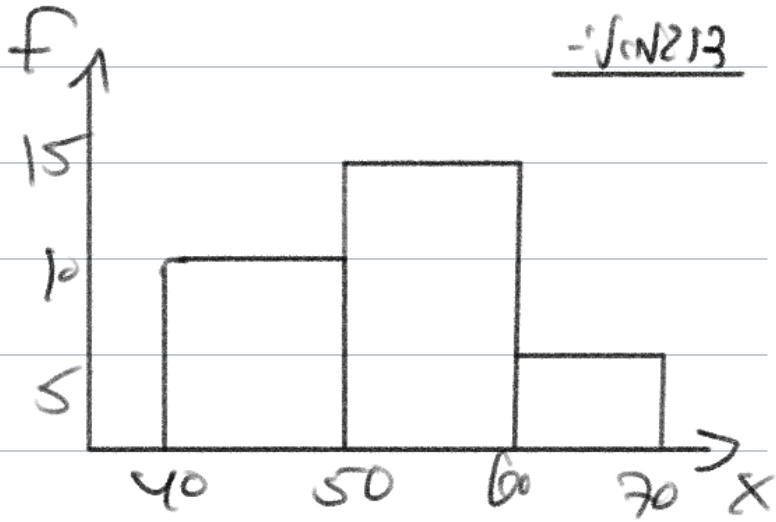


תרגול בנושא: משרעת כמותית רציפה

ההיסטוגרמה

דוגמא:

x משקל	f
40-50	10
50-60	15
60-70	5



לסיכום - בנושא מדגמים

שיטות שאי - שלמה

שיטות סדר - מקלות

נתונים גדים - מקלות

נתונים רציפים - היסטוגרמה

טבלת שכיחות "מוכנה" מתוך תוכנת SPSS

Frequency Table

שם המשתנה: מגדר

		Frequency	Percent	Valid Percent	Cumulative Percent
Valid	אישה	216	45.6	45.6	45.6
	גבר	258	54.4	54.4	100.0
	Total	474	100.0	100.0	

שכיחות מצטברת באחוזים רק מאלה שענו

שכיחות באחוזים רק מאלה שענו

שכיחות באחוזים כולל ערכים חסרים

שכיחות מאספרים מותפטים כולל ערכים חסרים

תווית ערכי המשתנה

מדדי מרכז

מדדים לסכם ולתאר בקצרה את מרכז הנתונים. קיימים שלושה מדדי מרכז:

1. שכיח - Mo (Mode) - הערך הנפוץ ביותר.
2. ממוצע - $\bar{X}$ (Mean) - סכום הערכים חלקי מספר הנתונים.
3. חציון - Md (Median) - הערך האמצעי במסדר הנתונים, כאשר המסדר עולה. מספר המקרים שלפניו ואחריו שווה למספר המקרים שמעל ומתחת.

דוגמה לחישוב מדדי מרכז בסדרת נתונים

נתונים שקלול של 7 סטודנטים, שנבחרו באופן מקרי.
הציונים, הם: 70, 86, 82, 90, 74, 86, 78

$n = 7$

1) השכיח של ציוני הסטודנטים – $Mo = 86$ קג
הגדרה: ערך הנתון, מספר פעמים הנתון בסדרה.

2) ממוצע ציוני הסטודנטים – $\frac{78+86+74+90+82+86+70}{7}$

ממוצע = סכום / מספר הנתונים

ממוצע $= \bar{X} = \frac{\sum X}{n} = 80.857...$

3) חציון של מספר הסטודנטים

70, 74, 78, 82, 86, 86, 90

$Md = 82$ קג

תשמ לבבך למספר במדדי עלה.

מה זה? יש סדרה בגובה הנשים מחלקת שני הממוצע.
מהו החציון של הסדרה:

58, 60, 62, 64, 66, 68, 70, 72

16 החציון.

דוגמה לחישוב מדד מרכזי מתוך שכיחות

לפניך נתונים על מספר הכיוונים שבחרו מבקרים במתחם מוזיאון כלשהו:

x מספר הכיוונים	f מס' המבקרים	$f\%$	% מצטבר
7	20	10%	10%
10	30	15%	25%
11	40	20%	45%
12	50	25%	70%
15	60	30%	100%
	$n=200$	100%	

מהו השכיח, החציון והממוצע של מס' הכיוונים.

שכיח $Mo=15$

כי 15 הוא הנתון ה-שכיח (f) הכי גבוה.

ממוצע $\bar{x}=\frac{\sum x\cdot f}{n}$

$$\bar{x}=\frac{7\cdot 20+10\cdot 30+11\cdot 40+12\cdot 50+15\cdot 60}{200}=9$$

תכונה:
למצלם מוגדרה שדה בכלל/לאדם על ידי מספר מלא,
כי ברירת מחדל = 100

אלגוריתם:
אלגוריתם הבא מקבל X שמהווה אחוז ומחזיר את אלגוריתם שמתאים:
תלמיד ← אלגוריתם 50
שמירה מיוחד ← אלגוריתם 10
שמירה עליון ← אלגוריתם 90
נמצא מתחת ← אלגוריתם 25
נמצא עליון ← אלגוריתם 75

כך: למשל אלגוריתם, לצורך ב F אלגוריתם בכלל אלגוריתם

למשל: אלגוריתם ב- 75 - 11
אלגוריתם ב- 90 - 10
אלגוריתם ב- 50 - 15
אלגוריתם ב- 5 - 7
אלגוריתם עליון - 15

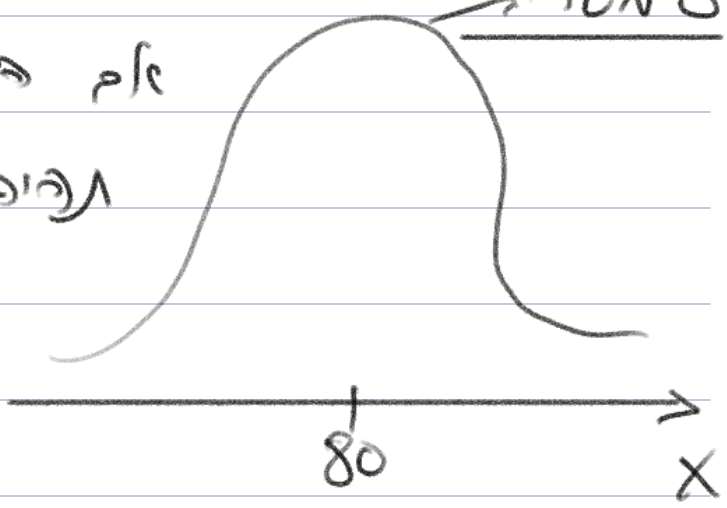
- טיפה מפה. מכיר לי לשם מה כלי שלך?

① אירועים שווי - שכיח
② אירועים סכר - שכיח, חציון
③ כאלה - שכיחים, חציון, ממוצע

צורות התפלגות של נתונים (רק כאלה)

קיימות 3 צורות עיקריות:

סימטרית

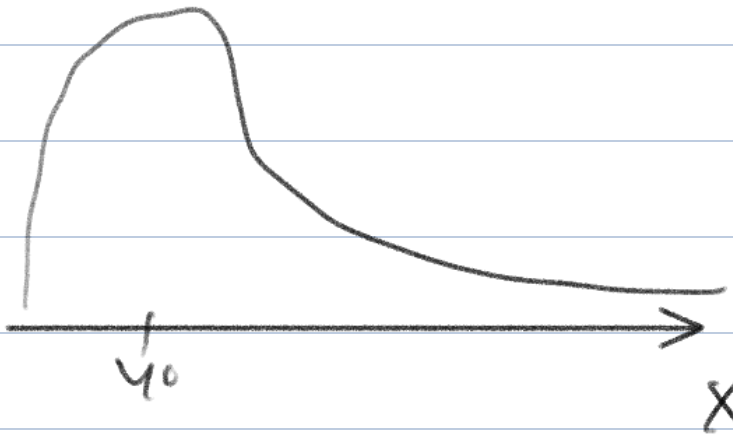


אם ממוצע שווה לחציון נסמך

אפיפ סימטרי

ממוצע = חציון

בז סימטרית ימנית (חולנית)



ממוצע > חציון

על סימטריה של פונקציה (בקצרה)

מדדי פיזור

מטרתם של מדדי אלו - לכמת את מידת הפיזור של הנתונים - למשל עד כמה הם שונים, אחד מהשני/ מהממוצע.

פיזור קטן - הומוגני

פיזור גדול - הטרוגני.

לדוגמא:

ציוני 3 תלמידים

מצב א'	80, 80, 80	$\bar{X}=80$	אין פיזור
מצב ב	78, 82, 80	$\bar{X}=80$	פיזור קטן
מצב ג	100, 80, 60	$\bar{X}=80$	פיזור גדול

כל הנתונים שווים = אין פיזור

כלי מדידה שונים מדדי פיזור

① **טווח/תחום** - R

$$R = X_{max} - X_{min}$$

ההפרש בין הציון המקסימלי לציון המינימלי.

② **שונות** - S^2 (Variance)

ממוצע ריבועי הסטיות מהממוצע.

③ סטיית תקן - S (Std. deviation)

שורש של השונות — $S=\sqrt{S^2}$

אותה יחידת מדידה כמו המשתנה.

דוגמה לחישוב אחד פיזור מדדי-נתונים:

לפניך נתונים של משקל, של ארבעה אנשים.

$78, 79, 82, 85$

טווח המשקלים:

$\text{קג } 7 = 85 - 78$


ממוצע — המשקל:

נמצא קודם, ממוצע

$$\bar{x} = \frac{78+79+82+85}{4} = 81.5 \text{ קג}$$

לסיכום:

$$S^2 = \frac{\sum(x-\bar{x})^2}{n-1}$$



$$S^2 = \frac{(78-88)^2+(85-88)^2+(92-88)^2+(88-84)^2}{4-1}$$

$$S^2 = \frac{(-10)^2+(-3)^2+4^2+9^2}{3} = \frac{206}{3} =$$

68.67

$$S = \sqrt{68.67} = 8.29$$

משתנה = מדד הפיזור סכ"ה ממוצע

הערה: ק"מ — עמדה שפיר למדוד פונקציה

$$S^2 = \frac{\sum x^2 - n\cdot\bar{x}^2}{n-1}$$

$$S^2 = \frac{78^2+85^2+92^2+88^2 - 4\cdot 88^2}{3} = 68.67$$

דוגמה למישהו שבדר כבר שכחו שכחו

לפניך נתונים על מספר הילדים במשפחה לגר מס משפחות:

מס ילדים x	מס משפחות f	$f\%$	$F\%$
0	15	30%	30%
1	5	10%	40%
2	20	40%	80%
3	10	20%	100%

$n=50$

הטווח של מספר הילדים

$$R = 3 - 0 = 3$$ ילדים

הממוצע של מספר הילדים

$$\frac{0\cdot 15 + 1\cdot 5 + 2\cdot 20 + 3\cdot 10}{50} = \frac{0+5+40+30}{50} = \frac{75}{50} = 1.5$$

$$S^2 = \frac{\sum x^2 \cdot f - n\cdot \bar{x}^2}{n-1} = \frac{(0^2\cdot 15)+(1^2\cdot 5)+(2^2\cdot 20)+(3^2\cdot 10)}{49}$$



$-50 \cdot (1.5)^2 = 1.27$

$S = \sqrt{1.27} = 1.13$ $\mu m - 1^{\circ}60$

שיעור מספר 5: (סטיית תקן - שיעור חזרה)

ציון תקן - Z

הגדרה: ציון תקן של ערך x
הכפוף לאוכלוסיה מתפלגת נורמלית עם ממוצע μ וסטיית תקן σ.
ציון התקן=מספר סטיות התקן שהערך נמצא ממוצע האוכלוסייה.

לשם כך:

$$Z = \frac{x - \bar{x}}{s}$$

כאשר:
$\bar{x}$ הממוצע של המדגם
s סטיית התקן של המדגם.

מהו ציון התקן של ציון הסטודנט שקיבל 88?

שם קבלנו $\bar{x} = 80$ $s = 4$

$$Z = \frac{88 - 80}{4} = 2$$

ב. ציון תקן 94

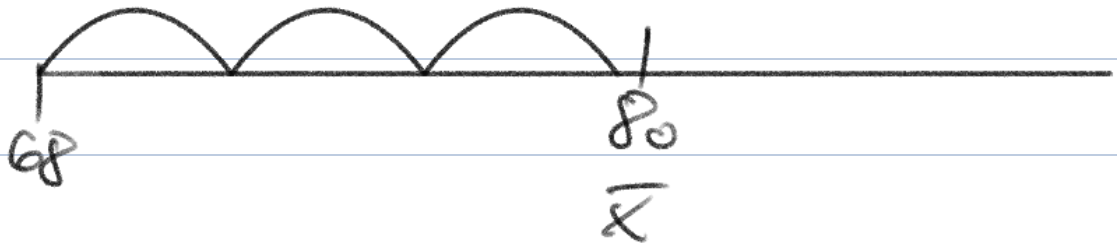
$$Z = \frac{94-80}{4} = 3.5$$

ג. ציון תקן 80

$$Z = \frac{80-80}{4} = 0$$

ד. ציון תקן 68

$$Z = \frac{68-80}{4} = -3$$



ה. בנוסף ניתן גם לחשב את ה- $\bar{x}$ מהו ציון

$$-45^\circ = \frac{80-x}{4} =$$

$$-5 = 80-x$$

$$\boxed{x = 85}$$

סיכום:

אם $\bar{x}\bar{x} \rightarrow z$ נ"ל:

אם $\bar{x}>x \rightarrow z$ שקול

אם $\bar{x}=x \rightarrow z$ אפס

בזמן יקח שעה לפחות, אבל <u>בהחלט</u> עתה שעה.

<u>דוגמה:</u>

לפניך שעון, על בזוגי משך קולס,

כיוון	שעון

$\bar{x}=80$	$s=2$
$\bar{x}=70$	$s=4$

מרים קיבלה ציון שקול מכיתה.

א) מיכה קיבל ציון שלא מרים טוב יותר ביחס לכיתה

כיתה
$$z=\frac{88-80}{2}=\frac{8}{2}=4$$

מיכה
$$z=\frac{78-70}{4}=\frac{8}{4}=2$$

תשובה: מיכה $2<4$

ב) איזה ציון מרים היה צריך לקבל במבחן כדי שיהיה שקול למיכה ומה לציון מיכה?

84

קבוצה 1 — 2 קופצת

כמות — גובה

הפצה סימטרית, אך אמונה וכו' – מקרן

1) אמונה:

- הציבור — אומר את הגובה של הנשנוש בצבע $\bar{x}$
- המקרן — " " " " " " " $\bar{x}$

- הפופ-קורן, שאמונה, בגוון מאמונה ובצבע $\bar{x}$
- " " " " קרן " מקרן $\bar{x}$
- " " " צורה לאמונה לו שלנו $\bar{x}$

בוגמאות:

מכונה כלשהי. אמונה הגבוהה היא $\bar{x}=$

מה יקרה לאמונה אם:

א) בוחנים עוד תלמיד כלשהו, שגובהו מ-100 ס"מ? בצבע

ב) " " " " " יותר מ-100 ס"מ? קרן

ג) בוחנים תלמיד אחד, שגובהו 80 ס"מ בצבע

ד) הבוחנים 3 תלמידים, שגובהם 80, 90 ס"מ יהיה

" " " " " " $\bar{x}=$ ס"מ ואלכסה

ממוצע הקן. $\frac{6+7+9}{3} = \frac{22}{3} = 7\frac{1}{3}$

ה) סה"כ הקן = בגדול פלוס סביב הממוצע!

ג) הספר נשאר בידיו של סה"כ הקן (פלוס צב)

ד) " שווה לממוצע הקן סה"כ הקן (פלוס קן)

ה) כיוון לציור שקבל פחות ולכן יצטרך (הוספנו נתון קצת)

1) " " " 35 ולכן יצטרך

2) " " " 36 ולכן יצטרך

3) " " 36 יהיה 34 ולכן יצטרך

4) " " 36 פחות 34 ולכן יצטרך

5) " " 35 יהיה 34 ולכן יצטרך

מי יקבל יותר סה"כ הקן שלו? (אפשר לבטל)

ממוצע הביצים הוא $\bar{x} = 25$

מטריה שלמה הביצים שלו, בין 30 ל 90

בדוגמה:

מטיח כשפני כל התלמידי קובלו על הציון 72
שלח התלמידי, ערלה ובקו את צוות ל 74
מה יקרה ל- S? ועכשו

$$S = 0$$

שאלה מספר 9 (השאר שבוע שעבר)

שים לב! על כל התלמידי והשפעה על מאזן וסטיית תקן

הכפלה/חלוקה/הוספה/החסרה של אותו הכל התלמידי

סטיית תקן - שמציג כמה מפלג/חלוק ערכי **מהוספה/החסרה** הזו שלהם.

מאזן - שמציג מיומנות ציונים

דוגמה:

שאלו קבוצה כשהם שאבה והתקבל $\bar{X} = 90$ ו-
$S = 5$ ו-

לאחר שלה שאבה שלמים שנה - והתברר שכל אחד מהם יקח
מ- 4 ק"ג.

מה המאזן וסטיית תקן עתה

המאזן יהיה כ- $\bar{X} = 90 - 4 = 86$

$\frac{86}{90}$

סה"כ הסיכון לפי הפורמולה.

התפלגות נורמלית

התפלגות נורמלית (או גאוסית) היא התפלגות סימטרית שמאופיינת באמצעות ממוצע ושונות.

בד"כ נשתמש בשונות (סטיית תקן) אחת להקיש על הנורמלית ושימוש בטבלה ונעבור הסטנדרטי שלה שבה אחוזי מ-Z לעומת. (Z=ציון תקן)

$$Z = \frac{X - \bar{X}}{S}$$

דוגמה:

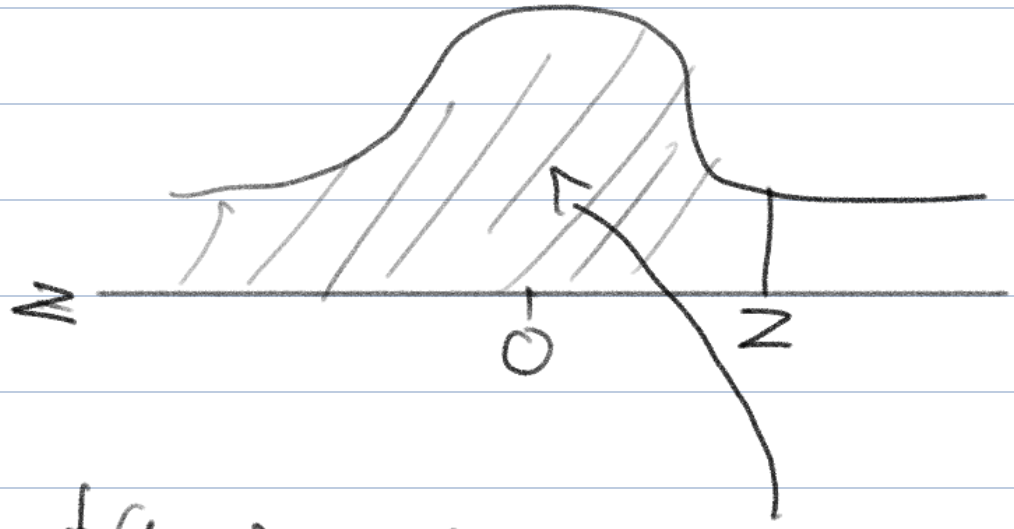
הממוצע שנתן, משקל תינוק בן 10 ימים אחלק נורמלית עם ממוצע 2 ק"ג וסטיית תקן 0.8 ק"ג.

$\bar{X} = 2$ ק"ג

$S = 0.8$ ק"ג

א) מהו אחוז התינוקות שמשקלם נמוך מ-2.984 ק"ג.

$$Z = \boxed{1.23} = \frac{2.984 - 2}{0.8}$$



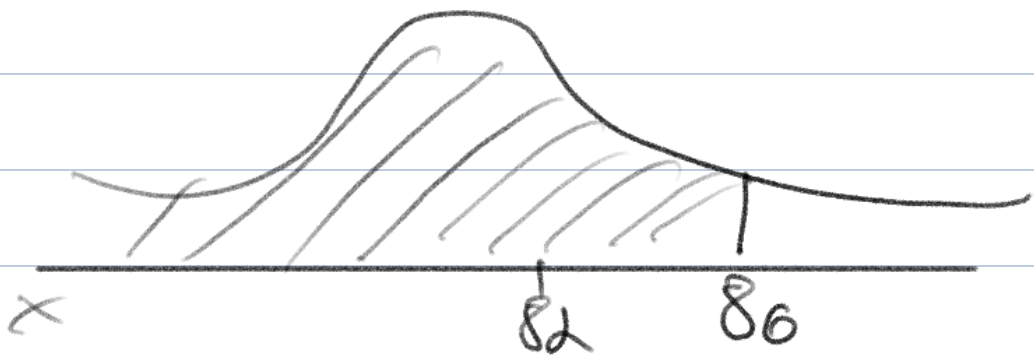
$$\phi(1.23) = 0.8907 = 89.07\%$$

שאלה בה נשאל מהיכן אחוזים נתונים לנו, ואחוז 82 קיבל ציון של 3.3 ומעלה.

$$\bar{X} = 82$$

$$S = 3.3$$

ב) מה אחוז הנשים, שאלן, מתוך ה- 86 קיבל



$$Z = \frac{86 - 82}{3.3} = 1.21$$

$\phi = 0.8869 = (88.69\%)$

② מה אחוז התלמידים שמקבלים מעל 88.6?

$$\frac{88.6-82}{3.3} = 2$$

$\phi = 0.9772 = (97.72\%)$

③ מה אחוז התלמידים שמקבלים מתחת ל־76?

$$\frac{76-82}{3.3} = -1.818$$


$\phi = 0.0351 = (3.51\%)$

④ מה אחוז התלמידים שמקבלים בין 75 ל־85?

$$Z = \frac{75-82}{3.3} = -2.12$$

$\phi = 0.0170 = (1.7\%)$

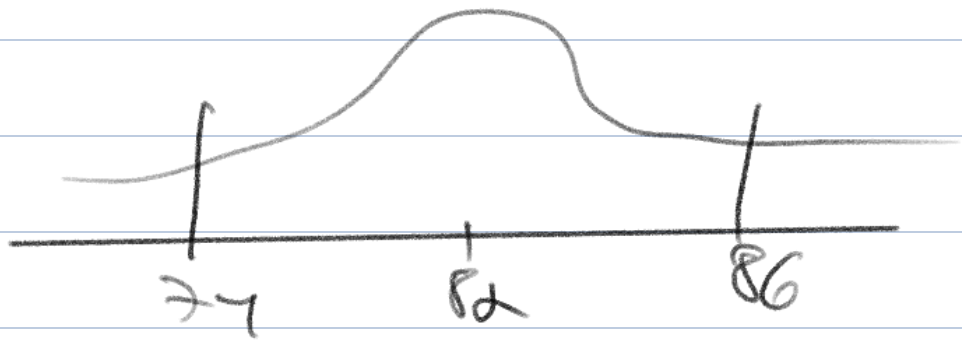
בשלב הזה נוודא האם
אלו ציונים שמתאימים לסכום



$1-0.0170=0.983=(98.3\%)$

כשמדובר בגבול N – ולא N . אלו ו מחוץ ל-ϕ.

① מה אחוז התלמידים שגילם בין 74 ל-86 בקירוב?

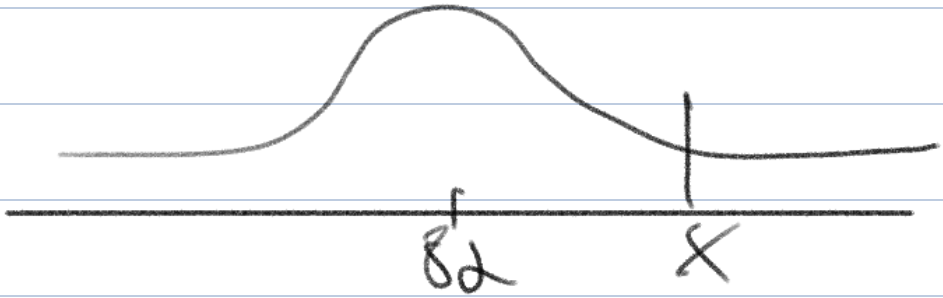


$$\frac{86-82}{3.3}=1.21 \qquad \phi=0.8869=(88.69\%)$$

$$\frac{74-82}{3.3}=-2.42 \qquad \phi=0.0078=(0.78\%)$$

$$0.8869-0.0078=0.8791=(87.91\%)$$

① מהו הציון שמעליו נמצאים 67% מהנבחנים?



$\phi = 0.67$

$Z = 0.44$

לפי הלוח לאיזה z שייך

$$0.44 = \frac{X - 82}{3.3}$$

$$X - 82 = 1.452$$

$$X = 83.452$$ זה הציון

② מהו הציון שמתחתיו נמצאים 90% מהנבחנים?

$\phi = 0.9$

$Z = 1.2$

$$1.28 = \frac{X - 82}{3.3}$$

$$X - 82 = 4.224$$

$$X = 86.224$$ זה הציון

שיעור מספר 7:

מבחנים סטטיסטיים לבדיקת השערות

קיימים שני סוגי מבחנים שיכיר לבדיקת השערות

1. השוואה – מאוזנים, של 2 קבוצות או יותר.
2. קשר בין 2 משתנים

השוואה מאוזנים 2 קבוצות (או יותר)

(נעדיף השפה על המלים בין קבוצות)

הגדרה:

משתנה תלוי – המשתנה שאותו משווים בין הקבוצות (נמדוד או סיבה שם 5 סקיללו – נשלפה)

משתנה בלתי תלוי – בין מי נשווה (משתנה זיהוי שמחלק ל +2 קטגוריות)

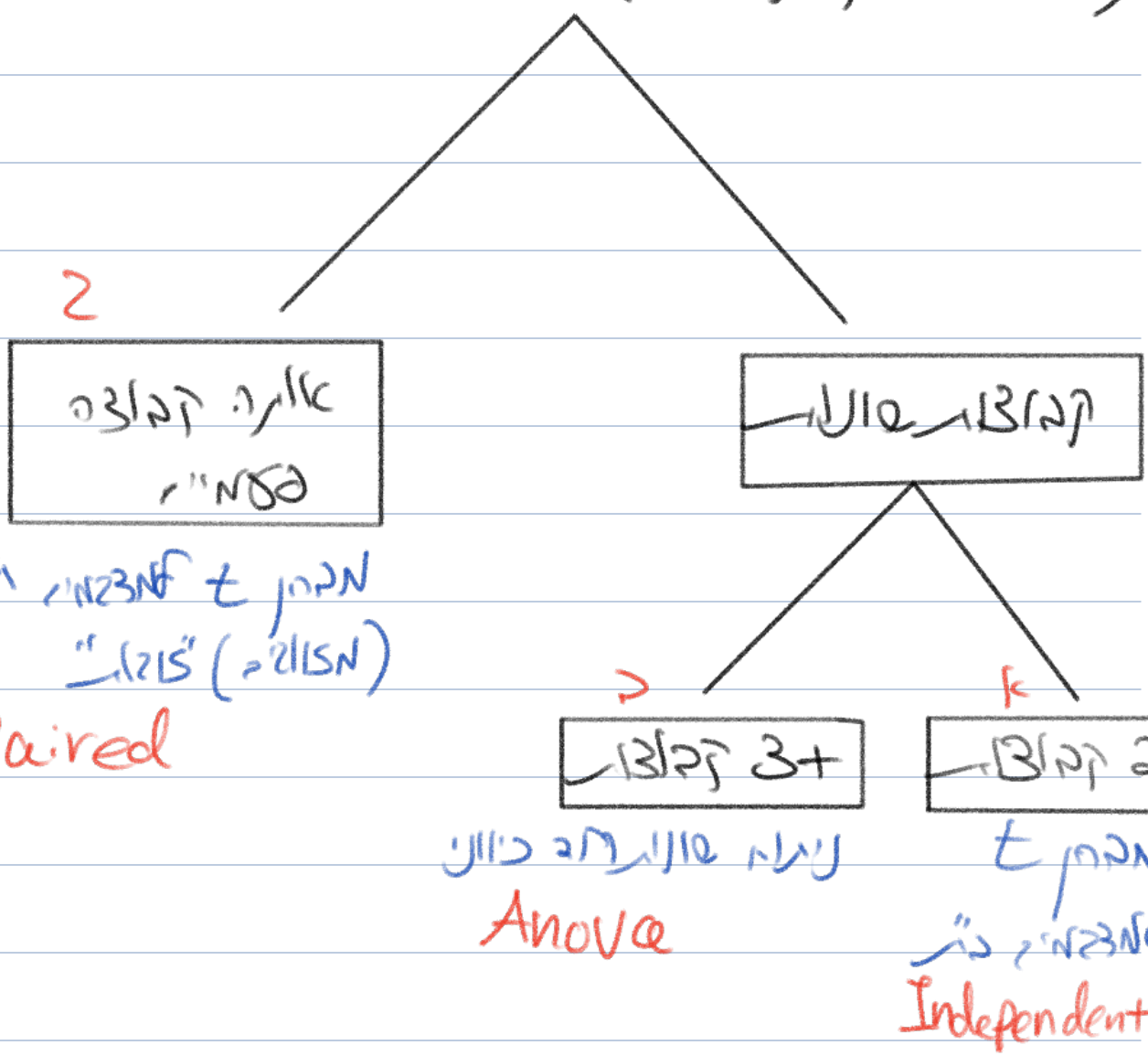
למשל: מבקרת השפה-הבדלים קיימים המבלים או) מבדילן ההבדלים מכוונים בין סטודנטים לבין סטודנטים חשמל טרנספורמציה.

2 משתנה תלוי – בגון מכוונים משתנה מ"ת-חוץ הדגמה

א) מבחן המבוסס על השוואה בין ממוצעים, למשל ANOVA.
שאלת חקר = בדיקת השערת אפס

ב) מבחן המבוסס על השוואת התפלגויות של משתנים קטגוריים.
שאלת חקר = בדיקת השערת אפס של אי תלות

קיימים 3 סוגים של מבחנים סטטיסטיים, אנו נכיר
(ובמבחן נדע לבצע)



מושג המובהקות (Sig) או p-Value

הסבר:

למשל: הציון הממוצע שהסטודנט הכין צפוי להיות ל- 100

למשל: יש הבדל בגובה בגברים ונשים בין בנים לבנות

בנים	בנות
$\bar{x}=$	$\bar{x}=$

שלם מובהקות התצפית (Sig) קטן מ 0.05 (5%) אנו אומרים שיש הבדל מובהק. כי (Sig) מתאר את הסיכוי שהתצפית שקיבלנו נמצאים היו המקבלה מושגן אקרי.
אם סיכוי כזה הוא קטן מאוד אנו טוענים שההבדל הוא מובהק!

למשל:

$Sig < 0.05$ ⇐ מובהקות = יש הבדל בין הקבוצות!

בין אלו ערכים מהמובהקות הבאים הוא התצפית מובהקת/לא?:

	Sig	מובהק?
א.	0.038	מובהק
ב.	0.102	לא
ג.	0.000	מובהק
ד.	0	מובהק

ה. 0.063 נקבל

ו. 0.054 < 0.05 מובהק

שיעור 8

מבחן t למדגמים תלויים (זוגיים) Paired

מבחן זה נועד לבדוק האם קיים הבדל בשתי תכונות שונות (משקל, גובה, ציונים וכו') עבור קבוצה אחת של נבדקים/נשאלים שונים (ילדים/חולים)

כלומר השוואה של שני מדדי בלי מקבלים כאן אחד ימין/שמאל אלא רגל ימין/שמאל מתייחסים לאדם כלפי.

ההנחה הבסיסית היא, שלפני קיים הבדל בין שני המצבים ורק אז מתקבלת השפעה מסוימת מתאים $Sig < 0.05$ נדע לפחות שקיים הבדל.

בדומה למצב שבו השתמש במבחן t למדגמים תלויים:

- ההבדל משקל מושפעים מקיום לפחות ניסוי.
- ציוני סטודנטים מכיתה לפני ואחרי (אותם סטודנטים)
- לחץ הדם של מטופלים לפני ואחרי תרופה מסוימת.
- כל שנילה מאוזן ימין לעומת שמאל.

דוגמא:

מעוניינים לבדוק את ההשערה שקיים הפרש משמעותי בין שעות היום לשעות הלילה. לשם כך נבחרו 6 נבדקים ולכל אחד שמים מכשיר שמודד את השעות ביום ושעות בלילה. לאחר ההתבוננות מתקבל הפלט (תוצרי SPSS)

מבחן T על הפרש תוחלות במדגמים תלויים-מזווגים

להלן נתונים שנאספו על משך זמן שיחה בטלפון נייד בלילה וביום (בדקות) במדגם של 6 נבדקים:

דוגמא 1

Paired Samples Statistics

		Mean	N	Std. Deviation	Std. Error Mean
Pair 1	NIGHT	7.5000	6	1.87083	.76376
	DAY	4.1667	6	.98319	.40139

Paired Samples Test

		Paired Differences					t	df	Sig. (2-tailed)
		Mean	Std. Deviation	Std. Error Mean	95% Confidence Interval of the Difference Lower	Upper			
Pair 1	NIGHT - DAY	3.33333	2.50333	1.02198	.70625	5.96042	3.262	5	.022

הסבר לתוכן קובץ הפלט:

חלק I תיאור המדגם:

N = גודל המדגם.

Mean = ממוצע

Std. deviation = סטיית תקן.

חלק II נותנת מבחן t ל-3 סוגי השערות, לנו:

$Sig = 0.022$ מובהקות $df = 5$ דרגות חופש

$t = 3.262$ ערך t

$n-1$

ד. בדיקת ההנחות:

על מנת לבצע את המבחן הפרמטרי הבא, יש לבדוק האם נתוני שיחה נ"ן מתפלגים נורמלית.

לשם כך נבדוק 2 הנחות בדיקה:

- הנחת הנורמליות עבור משתנה שיחה נ"ן $Sig = 0$ $z(5) = 3.26$
- נאמר כי נתוני שיחה נ"ן מתפלגים נורמלית $(M = 7.5, SD = 1.81)$

אשר נתוני שיחה נ"ן $(M = 7.16, SD = 0.98)$

הסבר:

רמת המובהקות עבור משתנה שיחה נ"ן $Sig: 0.000$ נמוכה יותר מ-5 אחוז ולכן נ"ן הנבדקים.

מבחן t למדגמים מקריים בלתי תלויים Independed

מבחן זה נועד לבדוק האם קיים הבדל משמעותי בין שני מדגמים שונים בקבוצת שאלות (גברים/נשים, משכילים/לא משכילים וכו') השאלה שבין קבוצת המדגם לבין הקבוצה הכללית.

מכיוון שלמבחן זה ההשלכה שקיים הבדל בין שני מדגמים שלמים ולאו דווקא שהדגימה בין אחת לשניה ומתקבל בפלט כמו:

טבלה 2 מבחן-t

נתוני המדגם	נשים	גברים
	$n=25$	$n=15$
	$M=1.50$	$M=1.82$
	$SD=0.42$	$SD=0.41$

טבלה 4 מבחן-t

רמת המשמעות (מהמחקר)


מבחן מסוג זה יש שתי שורות ולפנינו להחליט כך מתוך מבחן לוין מתקיים שוויון השונויות אל שתי הקבוצות שוות או לאו שוות.

אם $Sig > 0.05$ השונויות שוות ← שורה ראשונה.

אחרת

אם $Sig < 0.05$ השונויות לא שוות ← שורה שניה

מתקבל אלו $0.699 > 0.05$



כיצד, שם למרות הלוגיקה, מבשלים

$z = 2.38$

$df = 38 \Leftarrow \boxed{n_1 + n_2 - 2} = 15 + 25 - 2$

$Sig = 0.022 (2 \text{ צד})$

שקף מס 10

ניתוח שונות חד כיווני (ANOVA)

המבחן של שאלת המחקר שבה יש לבדוק האם קיימים הבדלים משמעותיים בממוצעים של שלוש (ושלוש ומעלה) קבוצות שונות שנבחרו באופן אקראי.

השערת האפס: $\mu_1 = \mu_2 = \mu_3$

השערה חלופית: לפחות שני ממוצעים שונים זה מזה

מאפיינים של מבחן F:

- מבחן F הוא מבחן פרמטרי
- מבחן F הוא מבחן חד-צדדי
- מבחן F מבוסס על השוואת השונות בין הקבוצות (Between) לשונות בתוך הקבוצות (within)
- ככל שהשונות בין הקבוצות תהיה גדולה יותר ביחס לשונות בתוך הקבוצות, כך גדל הסיכוי שנמצא הבדל משמעותי בין הקבוצות.

דוגמא:

קבוצה 1	קבוצה 2	קבוצה 3
2	4	6
3	5	7
4	6	8
$\bar{X} = 3$	$\bar{X} = 5$	$\bar{X} = 7$

שונות בין = בתוך

Within = Between

לסמן:

MSB = שונות בין קבוצות

MSW = שונות מתוך קבוצות

$$F = \frac{MSB}{MSW} \quad \text{(שווה ל-1 אם אין הבדלים)}$$

דוגמה:

ק"מ הבדל יש אם נמדוד כמה מהלכים בין הזוגות
מתגלים, בינוני ומתקדמים.
לפנינו תוצאות מפלס:

מלקן I - CCCO קיבלו ציונים. חשבו 3 ממוצעים

$n_1 = 10, \quad n_2 = 10, \quad n_3 = 10$

$\bar{X}1 = 27.2, \quad \bar{X}2 = 23.6, \quad X_3 = 23.4$

$S_1 = 3.05, \quad S_2 = 3.31, \quad S_3 = 3.24$

מלקן II - נמצא המשתנה

$Sig = 0.021 \; (2.1\% < 5\%)$

מתאים - יש הבדל

$MSB = 45.733$

$MSW = 10.237$

$F = \frac{45.733}{} = 4.467$

10.237

מספר קבוצות פחות 1 $1-3$ $df_B = 2$

מספר תצפיות $-n$ $3 \cdot 30$ $df_W = 27$

הערה:

אם $Sig < 0.05$ נסיק על קיום שוני (מהסוג הראשון) ולאיזה זוג בדיוק שייך אפיני (*)

שקף מספר 12

מדד פירסון וספירמן (המשך)

הגדרה

פירסון - קשר בין שתי כמותיות - r

ספירמן - קשר בין שתי סדרות/כמותיות - r_s

תכ"ם לפי - $-1 \leq r \leq 1$

מקרים של r שכיחים:

$$r = \frac{\sum_{i=1}^{n} (x_i - \bar{x})(y_i - \bar{y})}{\sqrt{\sum_{i=1}^{n} (x_i - \bar{x})^2 \cdot \sum_{i=1}^{n} (y_i - \bar{y})^2}}$$

למצוא את הקשר בין גיל הנבדק למספר הסקוודים שנעלמו
ויתקבל הפלט הבא:

$n = 10$

חולבי כיוון ⟵ $r = 0.65$

מומחה ⟵ $sig = 0.42$

אלה יש נוכחות (*) ליד ה־ r כפי שהיה קשר מומחה.

אלא מעת למצוא גורם המשלים את ה"ר שבין גיל הנבדק
למספר הסקוודים — לשם מוציאים פירסון. נמצא קשר מומחה
מכאן שנמצאו מיונים ועכשיו חילמי בין שני המשתנים
בעוד $sig = 0.042$, $r = 0.65$ ($df = 10 - 2 = 8$) כך שככל שגיל הנבדק
עולה כך מספר הסקוודים עולה.

תרגיל 2

למצוא קשר בין כמות תרכיב (מינון, כיוון, צפיפות) לצמיחת
מחירים
נמלים

שלחי כיוון ⟵ $r_s = -0.342$

תו מומחה ⟵ $sig = 0.062$

$n = 45$

מבחן חי-בריבוע χ^2

מטרה: לבדוק קשר בין שתי משתנים שמי/סמלי.

הסבר מקדים:

לפניכם קשר בין מצב עישון. התקבלו התוצאות:

סה"כ	לא מעשן	עישון	
100	40	60	בכירים
200	80	120	נשים

האם לפי הנתונים, ניתן לומר שעישון משפיע על מצבו?

אילו מקבלים בדיוק, 60% מעשנים,
מקבלים נשים, 60% מעשנים,

כלומר מצא שאין קשר כלל בין מצב עישון
כלל שפסרי בוחנים, האר צדק לכאורה לקבל קשר מהפך.

בדיקה:

בדיקת הקשר בין מצב חברתי לבין מעשנים הושגה
ומקבלים התוצאות מעלה הבאה:

$\chi^2(n.) = 6.652$

$df = 1$

$Sig = 0.010$ (1% < 5%) מהפך

דוגמה מלאה:

עלה מעניין חוקר בריאות שקיים, קשר בין מצבך לעין בשפעה מוינטים בשכונות שונות ואתה מי מאיתנו לחלי תלוי נמצאו קשר מובהק בין שני המשתנים. $(p=0.01, \chi^2(1)=6.652)$

אלם ניתקבל קשר מובהק מצוותים על המעלים שאתקלים. נמצאו ש 76.9% מתקשי העזרי 29.4% מהבנים בעלים נתנים כך שמקבה עשיי בשפעה מתנים פשוטים שניתה את מאשר מקבים בעבים.

לסיכום:

מבחן	מתי נ'יהוי	כוחק	df
t למדגמים	Paired	הבדל	$n-1$
t למדגמים	Independent	הבדל	n_1+n_2-2
ניתוח שונות	Anova	הבדל	$df_B = k-1$, $df_W = n-k$ (k = מס' הקבוצות)
מבחן / מקדם	רשום מתנק משתנים	קשר	$df = n-2$

מ. מרכזי	Chi-square	קשר	לכן צריך

שקף מספר 13

מבנה למבחן:

רמת קושי:

1. אי תשובה
2. שלמים
3. יהיה צריך להתחיל מלכן.

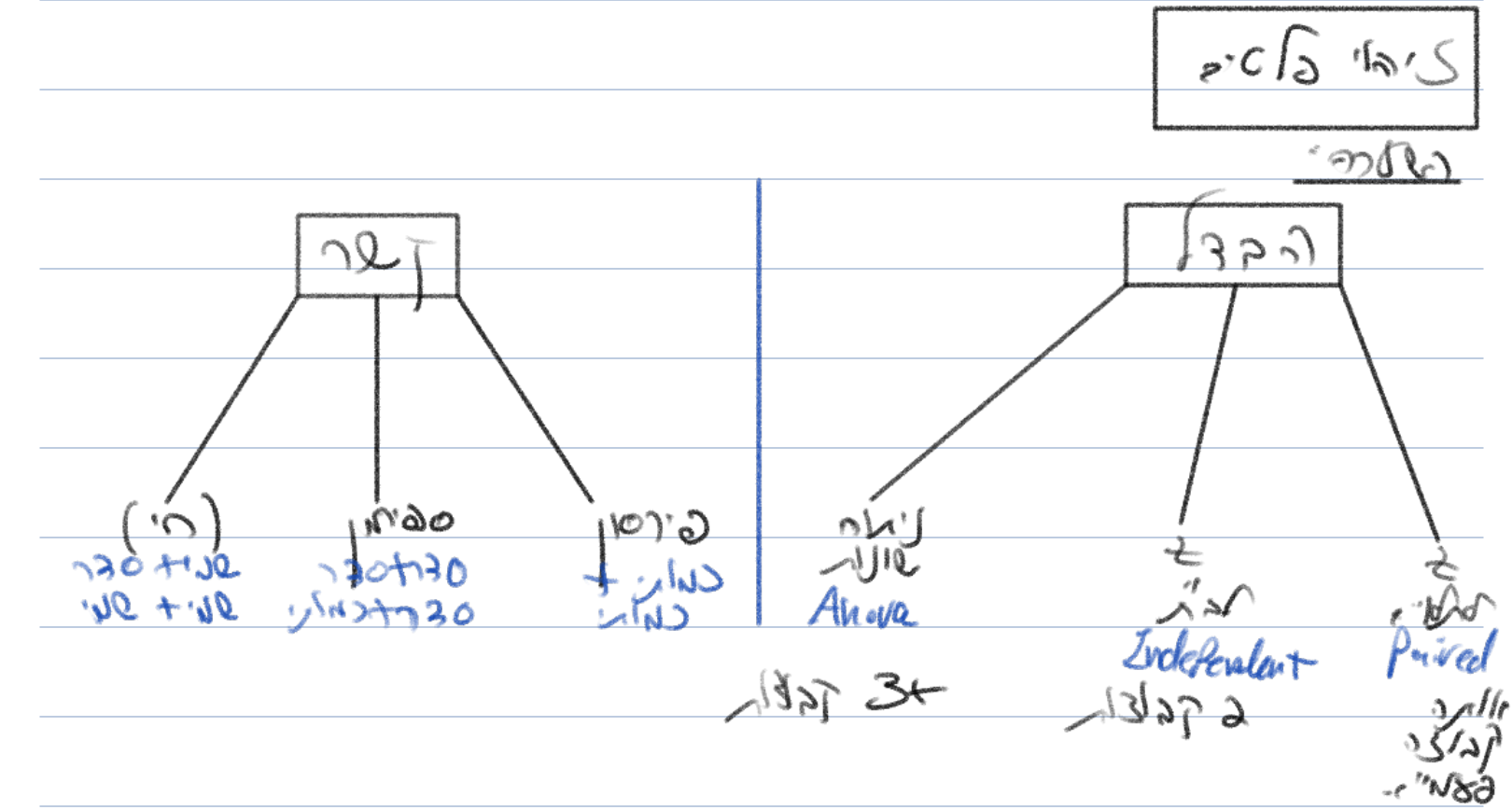
חומרים, ציוד ומרכזי:

1) חומרים ומרכזים
2) מחשבי הכנה לשפים
3) מחשב לסטודנטים.

אמצעי המחקר - 4 שאלות

1. סטטיסטיקה תיאורית (25 נק')
2. 5 שפים x 4 ע' (= 20 נק')
3. ההפצלות להתאלות (שיחס בשלה עירוני כך שלה כל שפים 10 נק')
4. פלט = (45 נק')

סטודנטים שיתנו תשובות שאלות נכון שלה את"ס לפחות את



df של t: $n-1$

df של χ^2: n_1+n_2-2

df_B של שלה: $k-1$

df_W של שלה: $n-k$